雨课堂网页版_百度搜索 | 雨课堂 | 考试系统

ation.xuetangx.com/exam/1290709?isFrom=2

下，你就知道 网址导航 京东 携程 抖音 爱淘宝 天猫精选 东方头条 热门游戏 飞猪 联想酷生活

文档将自动保存

添加附件（可上传1个附件，文件不超过100M）

4.填空题 (3分)

衡量电能质量的主要指标有 输入答案 ， 输入答案 ， 输入答案 。

5.填空题 (1分)

电力系统频率的一次调整,通过调节发电机组上的 输入答案 完成。

6.填空题 (2分)

环网潮流的自然功率是按线路的 输入答案 来分布的,环网潮流的经济功率是按线路的 输入答案 来分布的。

7.填空题 (2分)

某高压架空线如下图所示,电压幅值U1>U2,电压相角θ1<θ2,线路感性无功潮流最有可能的流向为

001313905887 9独家发行

雨课堂网页版_百度搜索 雨课堂 考试系统

n.xuetangx.com/exam/1290709?isFrom=2

你就知道 网址导航 京东 携程 抖音 爱淘宝 天猫精选 东方头条 热门游戏 飞猪 联想酷生活 74LS19

15.单选题 (2分)

电力用户只能从一个电源获得电能的地理接线方式为()。

A 无备用接线

B 两端供电式

C 双回路的放射式

D 有备用接线

16.主观题 (5分)

已知变压器模型等值如图(a)所示,其π型等值电路如图(b),试推导变压器π型等值电路中等效参数y10、y12、y20表达式(分别用yT=1/ZT和k表示)

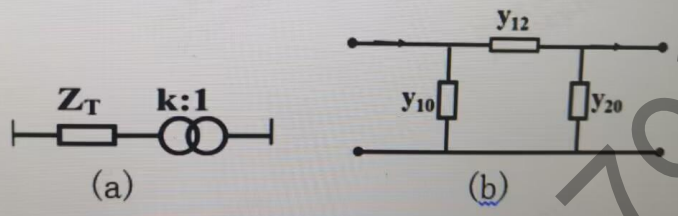

(a) (b)

001313905887 9独家发行

雨课堂网页版_百度搜索 雨课堂 考试系统

tion.xuetangx.com/exam/1290709?isFrom=2

下，你就知道 网址导航 京东 携程 抖音 爱淘宝 天猫精选 东方头条 热门游戏 飞猪 联想酷生活

7.填空题 (2分)

某高压架空线如下图所示,电压幅值U1>U2,电压相角 $\theta_1 < \theta_2$,线路感性无功潮流最有可能的流向 为 输入答案 ;有功潮流最有可能的流向为 输入答案

。

8.填空题 (3分)

电力系统中枢点的调压方式

输入答案 、 输入答案 、 输入答案 。

9.多选题 (2分)

下列说法正确的是()。

A 当有功、无功功率的分点不在同一点时,应选取有功分点作为潮流计算的功率分点

B 由于高压网络中X>>R,电压损耗主要是由无功功率的流动引起的

C 当有功、无功功率的分点不在同一点时,应当选取无功分点作为潮流计算的功率分点

D 网络中某节点两侧的功率均流向该节点,说明该节点的电压较高,称为功率分点

10.单选题 (2分)

001313905887 9独家发行

雨课堂网页版_百度搜索 雨课堂 考试系统

xuetangx.com/exam/1290709?isFrom=2

网址导航 京东 携程 抖音 爱淘宝 天猫精选 东方头条 热门游戏 飞猪 联想酷生活 74LS192计数

考试剩

19.填空题 (2分)

有功功率在并列运行的发电机间最优分配的准则是 输入答案 ;无功功率电源最优化分布的准则是 输入答案 。

20.单选题 (2分)

关于电力系统的电压调整,下述说法中正确的是()。

A 要想使电力系统用电设备的电压在允许的范围,首要的条件是要满足在所要求的电压水平下的 电力系统的无功率平衡;

B 只要保证电力系统在所要求的电压水平下的无功功率平衡,就可以将电力系统中所有用电设备的电压限制在允许的范围;

C 在任何情况下都可以通过改变变压器变比,将电力系统中所有用电设备的电压限制在允许范围;

D 当无功负荷变化时,不必改变系统无功电源的总出力,只要调整电力系统的无功潮流分布总可以将电力系统用电设备的电压控制在允许范围。

21.主观题 (5分)

试定性分析架空输电线路什么情况下发出/吸收无功,并解释原因。

B I U 手机传图 Σ 代码语言

LEGION

001313905887 9独家发行

雨课堂网页版_百度搜索 雨课堂 考试系统

nination.xuetangx.com/exam/1290709?isFrom=2

一下，你就知道 网址导航 京东 携程 抖音 爱淘宝 天猫精选 东方头条 热门游戏 飞猪 联想酷生活

17.单选题 (2分)

关于电力系统的有功备用容量,下述说法中错误的是()。

A 国民经济备用应为冷备用。

B 事故备用必须全部为热备用;

C 根据电力系统的实际情况,检修备用容量可能不需要设置;

D 负荷备用应为热备用;

18.单选题 (2分)

以下哪一个不属于无功电源()。

A 发电机

B 静电电容器

C 同步调相机

D 变压器

001313905887 9独家发行

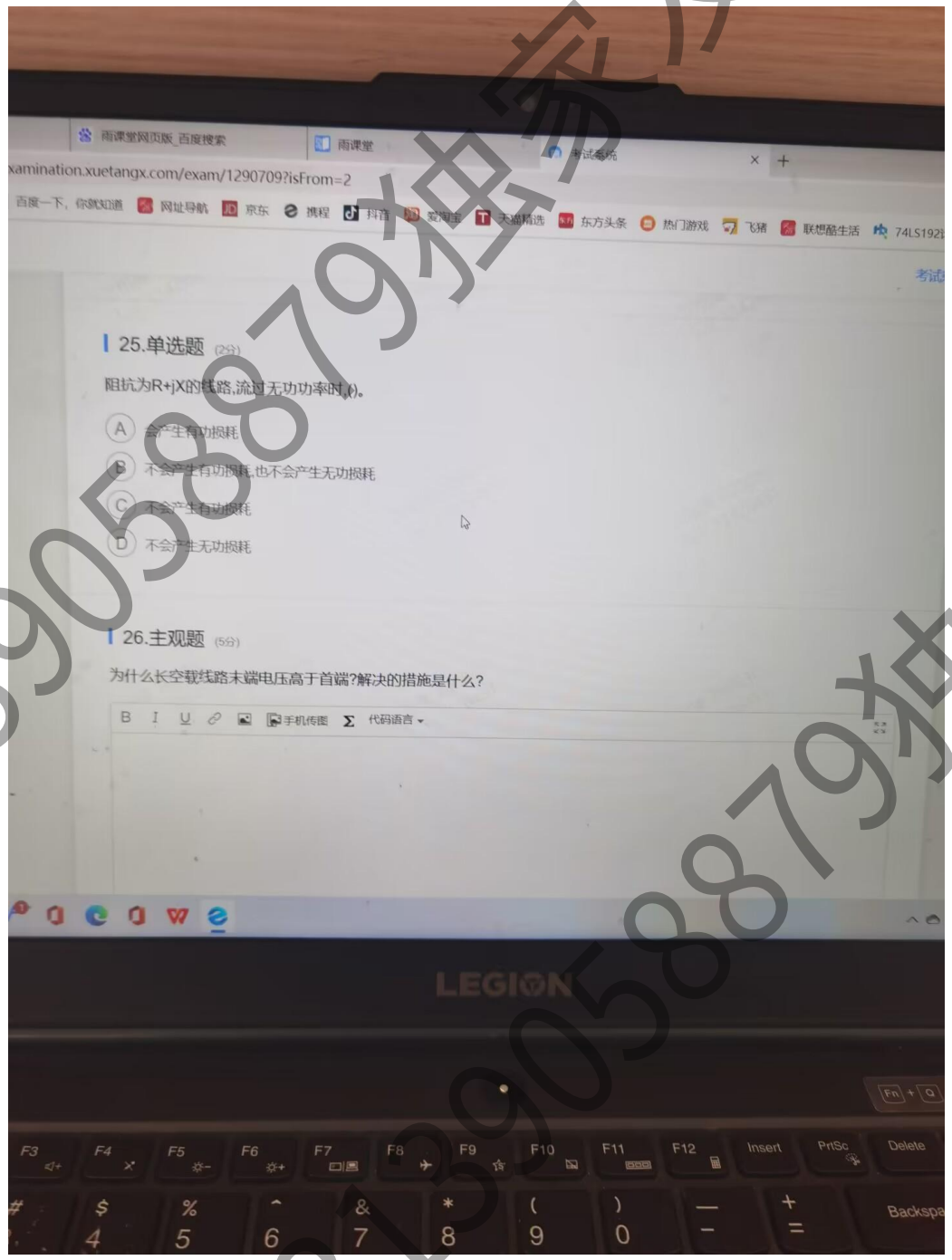

00131390588879独家发行
13139058879独家发行

雨课堂网页版_百度搜索 雨课堂 考试系统

ion.xuetangx.com/exam/1290709?isFrom=2

你就知道 网址导航 京东 携程 抖音 爱淘宝 天猫精选 东方头条 热门游戏 飞猪 联想酷生活 74LS192计

考试

10.单选题 (2分)

对于供电可靠性,下述说法中正确的是()。

(A) 除一级负荷不允许中断供电外,其它负荷随时可以中断供电;

(B) 所有负荷都应当做到在任何情况下不中断供电;

(C) 一级和二级负荷应当在任何情况下不中断供电;

(D) 一级负荷在任何情况下都不允许中断供电、二级负荷应尽可能不停电、三级负荷可以根据系统运行情况随时停电。

11.主观题 (5分)

什么是PQ节点,电力系统中什么样的节点可作为PQ节点?什么是PV节点,电力系统中什么样的节点可作为PV节点?什么是平衡节点,电力系统中什么样的节点可作为平衡节点?

B I U 手机传图 Σ 代码语言

LEGION

001313905887 9独家发行

雨课堂网页版_百度搜索 | 雨课堂 | 考试系统

nination.xuetangx.com/exam/1290709?isFrom=2

度一下，你就知道 网址导航 京东 携程 抖音 爱淘宝 天猫精选 东方头条 热门游戏 飞猪 联想酷生活

13.单选题 (2分)

关于应用牛顿拉夫逊法计算潮流,下列说法错误的是()。

(A) 收敛性受制于起始值

(B) 适用于超大规模系统计算

(C) 具有超线性收敛性

(D) 计算精度比PQ分解法高

14.填空题 (4分)

在小接地电流系统中,若单相接地,其接地相对地电压为 输入答案 ,非接地相对地电压为 输入答案 ,中性点对地电压为 输入答案 ;该系统供电可靠性较 输入答案 。

15.单选题 (2分)

电力用户只能从一个电源获得电能的地理接线方式为()。

(A) 无备用接线

001313905887 9独家发行

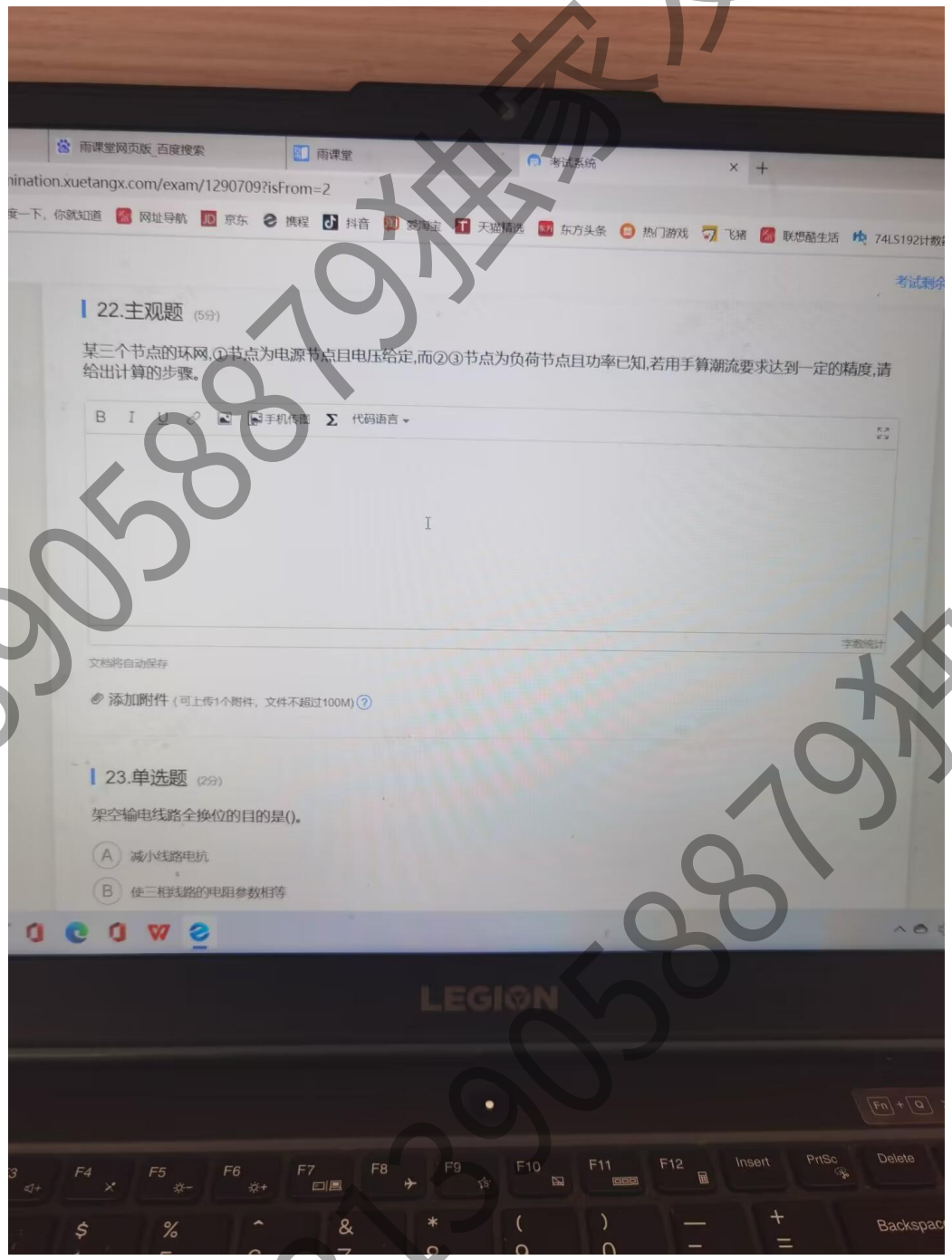

001313905887 9独家发行

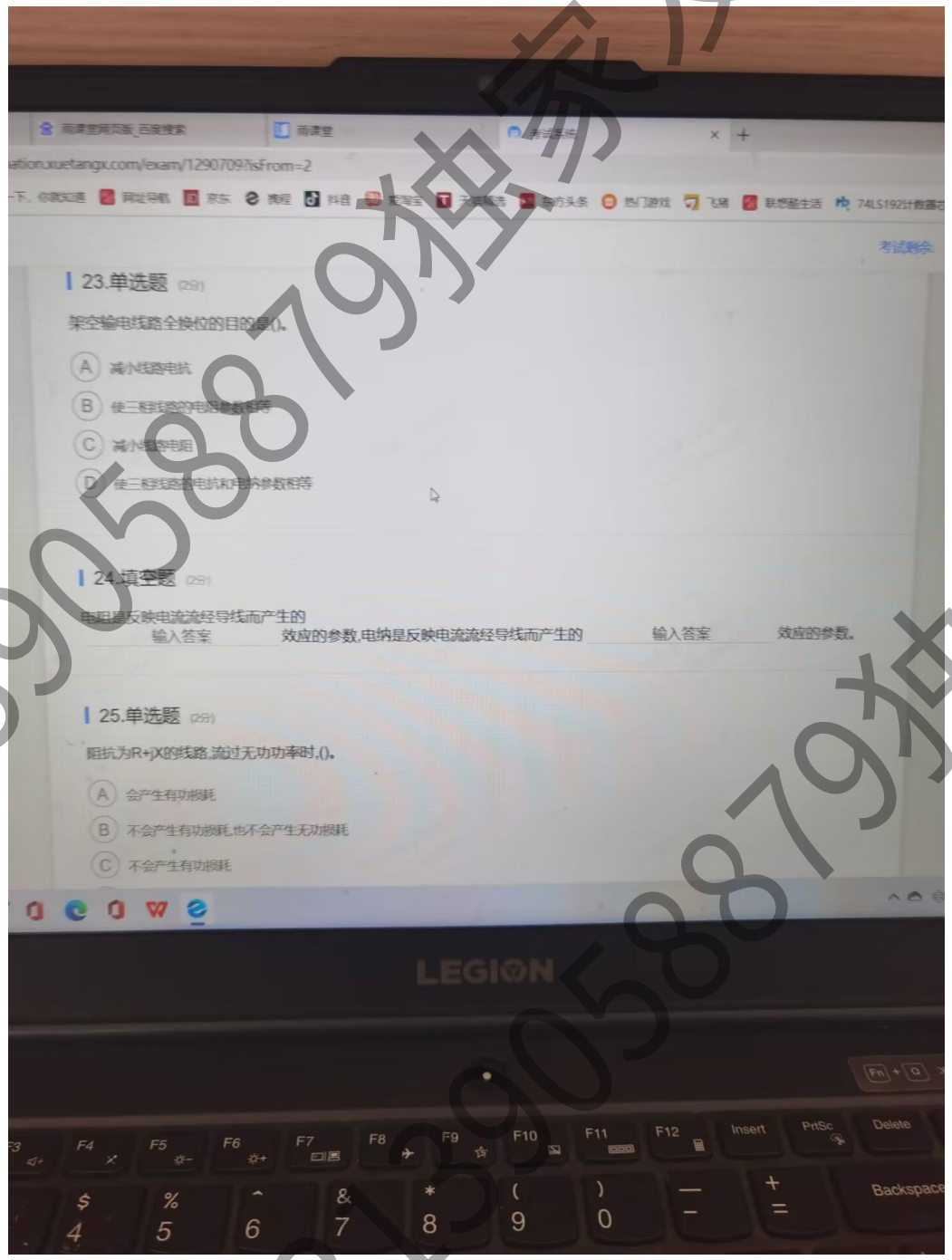

001313905887 9独家发行

雨课堂网页版_百度搜索 雨课堂 考试系统

ion.xuetangx.com/exam/1290709?isFrom=2

你就知道 网址导航 京东 携程 抖音 爱淘宝 天猫精选 东方头条 热门游戏 飞猪 联想酷生活 74LS192计数器

考试剩余

12.主观题 (5分)

请回答如下图所示电力系统中的二个问题:

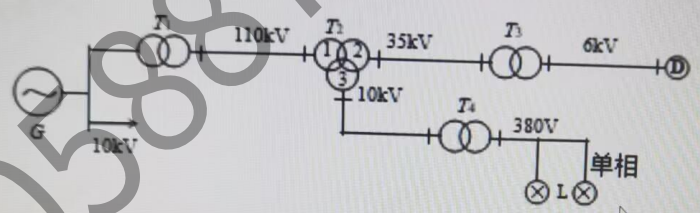

(1) 发电机 G 、变压器 T_1 T_2 T_3 T_4 、三相电动机 D 、单相电灯 L 等各元件的额定电压。(2) 当变压器 T_1 在+2.5%抽头处工作, T_2 在主抽头处工作,求这些变压器的实际变比。

B I U 手机传图 Σ 代码语言

字数统计

文档将自动保存

001313905887 9独家发行

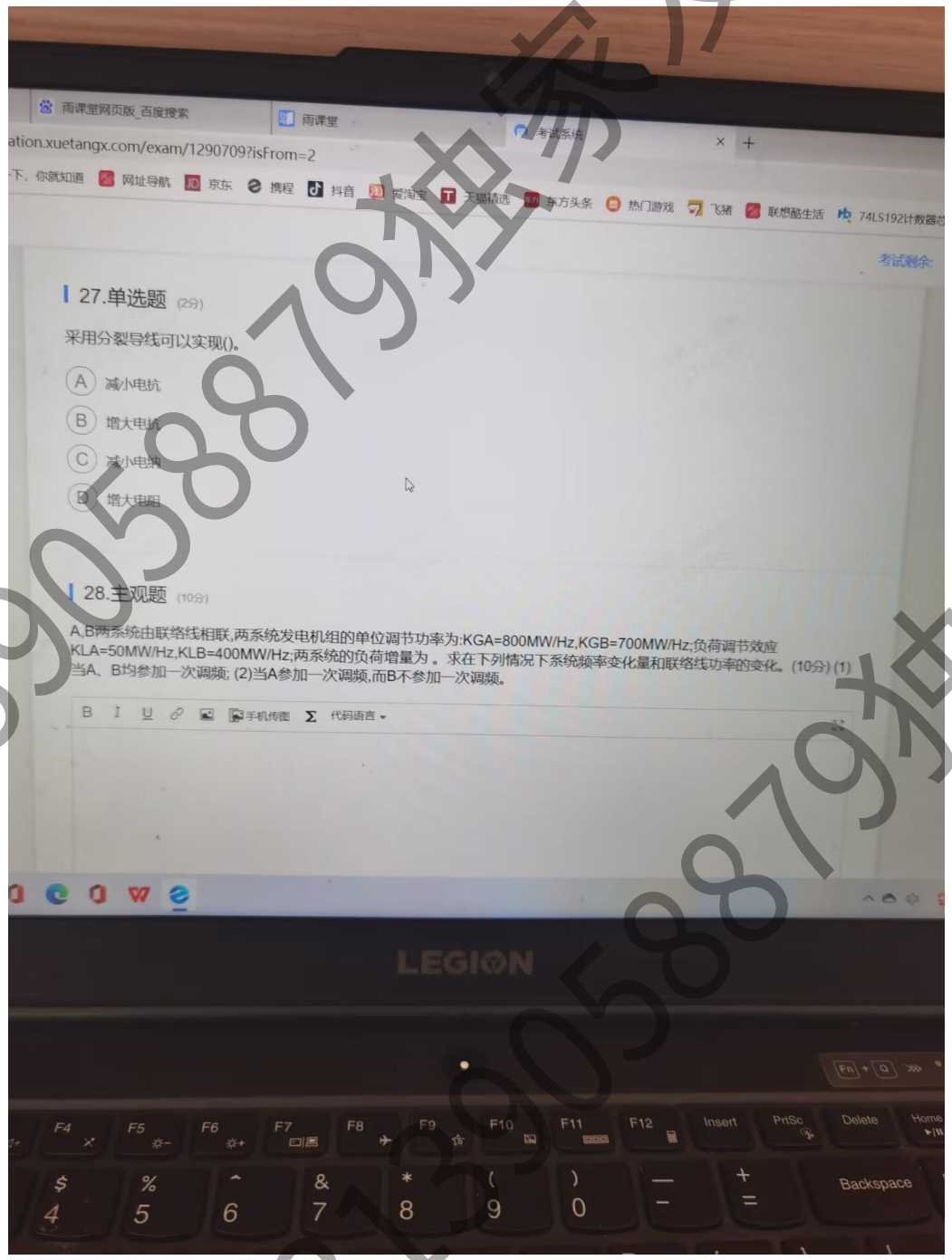

001313905887 9独家发行

雨课堂网页版_百度搜索 | 雨课堂 | 考试系统

ion.xuetangx.com/exam/1290709?isFrom=2

你就知道 网址导航 京东 携程 抖音 爱淘宝 天猫精选 东方头条 热门游戏 飞猪 联想酷生活 74LS192计数器

考试剩余

1.填空题 (1分)

升压三绕组变压器三个绕组的排列方式,从靠近铁芯由内到外为 _____ 输入答案 _____ 。

2.主观题 (10分)

某电厂通过一台升压变压器向电网送电,变压器变比为10.5/121±2×2.5%,归算至高压侧的变压器阻抗为ZT=(2.1+j38.5)Ω,最大负荷(28+j21)MVA时变压器高压母线电压为112.09kV,最小负荷(15+j10)MVA时变压器高压母线电压为115.45kV。对该变压器低压母线要求采用逆调压方式(即最大负荷时为10.5kV,最小负荷时为10kV),试选择该变压器的分接头。(10分)

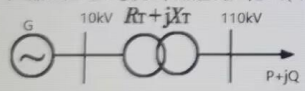

B I U 手机传图 Σ 代码语言

字数统计

00131390588879独家发行
13139058879独家发行

雨课堂网页版_百度搜索　雨课堂　考试系统

examination.xuetangx.com/exam/1290709?isFrom=2

百度一下，你就知道　网址导航　京东　携程　抖音　爱淘宝　天猫精选　东方头条　热门游戏　飞猪　联想

添加附件（可上传1个附件，文件不超过100M）

3.主观题（10分）

求下图示网络首端功率和电压?(不计横分量)

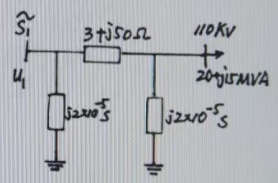

B　I　U　手机传图　Σ　代码语言

文档将自动保存

添加附件（可上传1个附件，文件不超过100M）

001313905887 9独家发行